FÍSICA 2º BACHILLERATO	EJERCICIOS DE ÓPTICA GEOMÉTRICA	jueves 21/02/19
Nombre: ..... **Nº**: ..... **Curso:** 2º BAC.....		

EJERCICIO 1

Justifica con ecuaciones y con un gráfico por qué una lente simétrica bicóncava nunca puede formar una imagen real de un objeto real. Calcula las características de la imagen generada por la lente de un miope que tiene el punto remoto a 50 cm de su ojo, cuando observa un objeto de 40 cm de alto situado a 2 m por delante de las gafas que lleva.

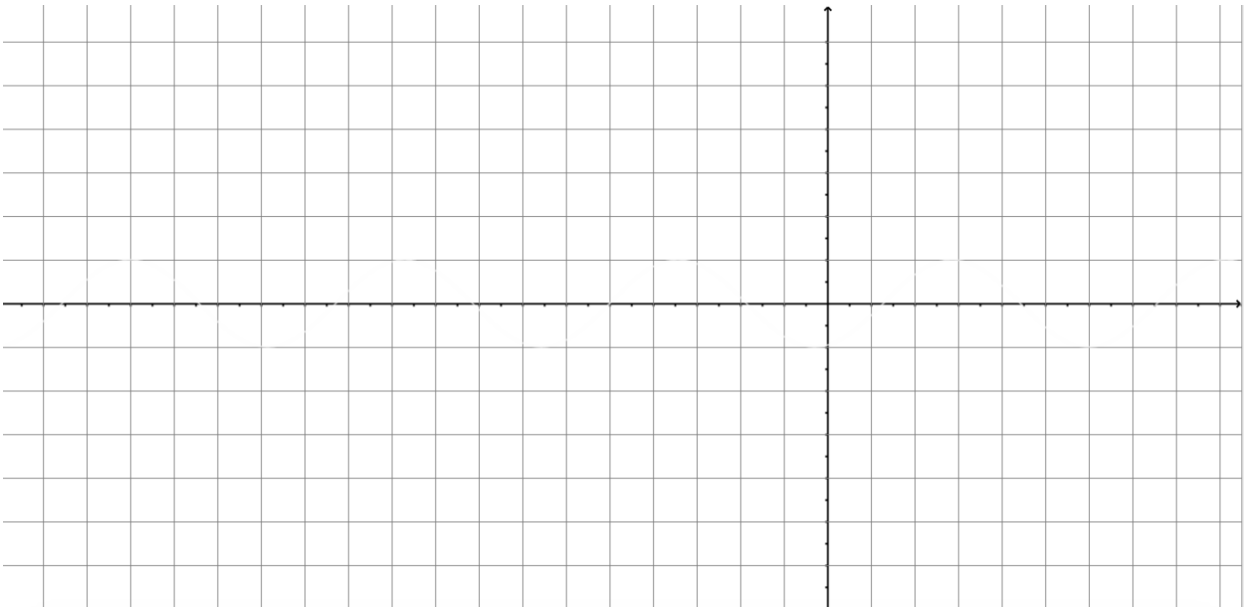

EJERCICIO 2
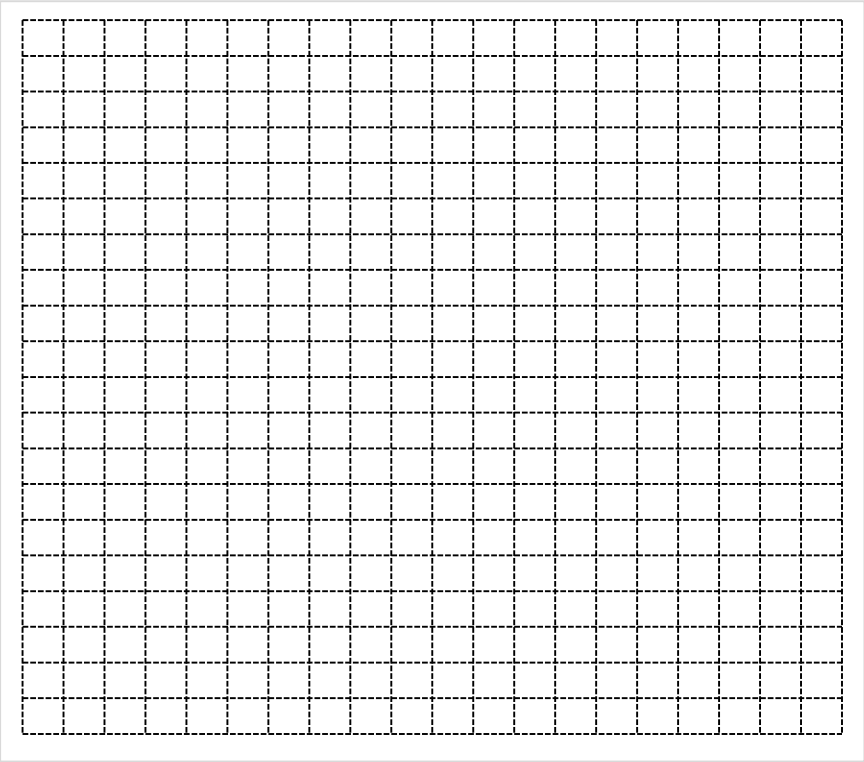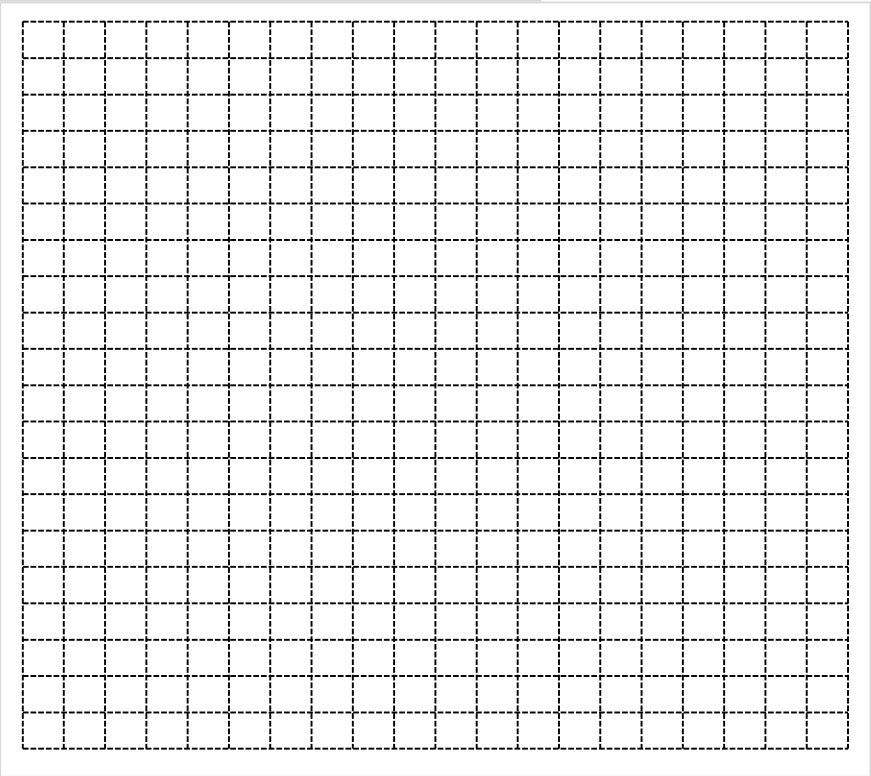
Se desea obtener una imagen ampliada al doble de un objeto de tamaño 3 cm situado delante de una lente de 4 cm de distancia focal. Indica el tipo de lente que has de utilizar así como los casos que son posibles. Resuélvelos de forma gráfica y analítica. Utiliza para ello las cuadrículas que aparecen abajo.
¡Ojo! Cada división cuadrícula equivale a 1 cm